Kurs ZAHN 1-23: Kieferorthopädische Geräte und temporäre Interimsprothesen

Sie haben in den letzten Tagen verschiedene fachpraktische Tätigkeiten aus dem Bereich der zahntechnischen Kieferorthopädie durchgeführt.

Überprüfen Sie Ihr Wissen.

Wir wünschen Ihnen viel Erfolg beim Beantworten der Fragen!



Quelle: Pixabay, guentherbraun0

1. Typische Klammerarten in der Zahntechnik

Welche Klammertypen sind in der Zahntechnik üblich?

Es sind mehrere Antworten möglich.

- [ ] Brückenklammer
- [ ] Inlayklammer
- [ ] Fixierbügel
- [ ] Pfeilklammer
- [ ] Adamsklammer
- [ ] Ösen- oder Dreiecksklammer

Welche der genannten Klammern ist kein Halte- und Stützelement?

- ( ) C-Klammer
- ( ) L-Klammer um Überwurf
- ( ) G-Klammer
- ( ) E-Klammer

Die verschiedenen Bestandteile einer gebogenen Klammer erfüllen jeweils eine bestimmte Funktion.
Welche Aussage ist richtig?

Es sind mehrere Antworten möglich.

- [ ] Die Auflage dient der Stabilisierung und Kraftübertragung.
- [ ] Die Klammerspitze sorg für die sichere Fixierung am Zahn.
- [ ] Die Klammerschulter entfernt aktiv Plaque.
- [ ] Die Klammerschulter gibt Form und Richtung vor.
- [ ] Der Klammerunterarm ist als reines Deko-Element integriert.
- [ ] Der Appendix erzeugt Druck auf das Zahnfleich für Zahnbewegungen.

2. Die Bestandteile einer gebogenen Klammer

Ordnen Sie den Zahlen 1 - 6 im Bild den jeweils richtigen Fachbegriff zu.

1 = Auswahl

2 = Auswahl

3 = Auswahl

4 = Auswahl

5 = Auswahl

6 = Auswahl

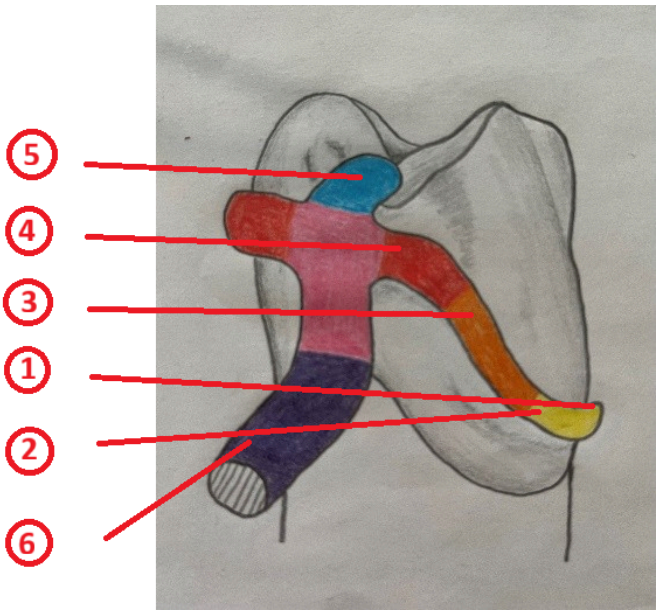

Quelle: HWK Dresden, Alexander Meiwald

3. Die Teile einer aktiven Platte

Ordnen Sie den Zahlen 1 - 4 im Bild den jeweils richtigen Fachbegriff zu.

1 = Auswahl

2 = Auswahl

3 = Auswahl

Quelle: HWK Dresden, Alexander Meiwald

4 = Auswahl

Welche Aussagen zu den einzelnen Elementen der abnehmbaren kieferorthopädischen Platte sind richtig?

Es sind mehrere Antworten möglich.

- [ ] Die Adamsklammer löst gezielt die Gaumennaht auf.
- [ ] Die Pfeilklammer dient der Führung und Fixierung einzelner Zähne.
- [ ] Die Adamsklammer bewirkt eine stabile Verankerung an den Molaren.
- [ ] Der Labialbogen dient der Zahnführung und Stabilisierung.
- [ ] Die Dreiecksklammer ist ein reines Stützelement.
- [ ] Der Labialbogen sorgt für die Verbesserung der Kiefergelenksfunktion.

4. Die Herstellung einer aktiven Platte

In welcher Reihenfolge führen Sie die Herstellung einer aktiven Platte korrekt aus?
Ziehen Sie die einzelnen Arbeitsschritte in die richtige Reihenfolge.
An oberster Stelle seht der erste Arbeitsschritt.

- Modelltradierung
- Modell wässern und isolieren
- Politur und Fertigstellung
- Halteelemente biegen

Quelle: Pixabay, Peggy+Marco

Dehnschraube platzieren

Kunststoff streuen

Halteelemente am Modell fixieren

Ausarbeiten der Platte

Polymerisieren

Prüfen

5. Sofortprothese / Interimsprothese

Welche Aussagen treffen auf Interimsprothesen (Sofortprothesen) zu?

Es sind mehrere Antworten möglich.

- [ ] langfristige Druckverteilung und Vermeidung von Knochenabbau
- [ ] Erhalt der Sprachfunktion
- [ ] Wundverschluss nach Exraktion
- [ ] ästhetischer Ersatz
- [ ] dauerhafte Stabilisierung der Kieferknochen nach Extraktion
- [ ] Erhalt der Bisshöhe
- [ ] Förderung der Osseointegraton für Zahnimplanttate

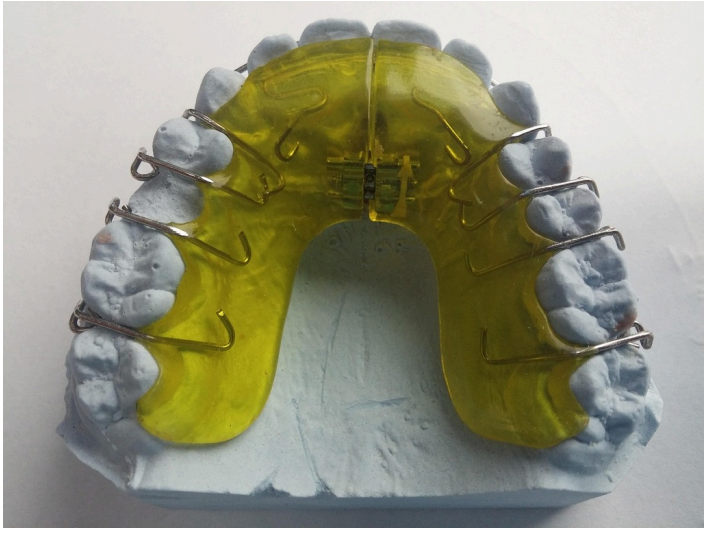

Quelle: Pixabay, guentherbraun0

Super gemacht! 🙌

Quelle: Pixabay, geralt