Der Goldene Schnitt

Quelle: Da Vinci Vitruve Luc Viatour 2.svg; Wikipedia;



Quelle: Generiert von Dall-E 3, An OpenAI Model, 2025

Einführung

Der **Goldene Schnitt** ist ein besonderes Verhältnis, das häufig in der Kunst, Architektur und Natur vorkommt.

Es beträgt 1 : 1,618 zwischen zwei verschiedenen Größen bzw. 38,2% zu 61,8%.

In der Praxis wird oft das angenäherte Verhältnis **3:5** bzw. **5:8** verwendet.

Dieses ungleiche Verhältnis zwischen zwei Größen wird als besonders schön und harmonisch empfunden.

Quelle: Generiert von Dall-E 3, An OpenAI Model, 2025

🧠 Quiz: Verstehst du den Goldenen Schnitt?

Welche der folgenden Zahlenpaare stehen im ungefähren Verhältnis des Goldenen Schnitts?

- [ ] 4 : 6
- [ ] 2 : 3
- [ ] 3 : 5
- [ ] 5 : 8

Was beschreibt der Goldene Schnitt?

- ( ) Eine Methode zur Berechnung von Volumen
- ( ) Eine Technik zum Messen von Winkeln
- ( ) Ein Verhältnis, bei dem sich der kleinere Teil zum größeren Teil so verhält wie der größere zum Ganzen
- ( ) Eine Methode zur Berechnung von Kreisflächen

Welche Aussagen über den Goldenen Schnitt sind richtig?

- [ ] Er kommt in der Natur vor.
- [ ] Er ist immer größer als 3.
- [ ] Der Wert des Goldenen Schnittes beträgt ungefähr 1,618.
- [ ] Er wird oft in der Kunst verwendet.

Wo kommt der Goldene Schnitt vor?

- [ ] In Schneckenhäusern
- [ ] In der Zahl Pi
- [ ] In Blumen und Pflanzen
- [ ] In Kunst und Architektur

✏️ Praxisaufgabe: Dekorationsschleife

Sie haben während Ihrer überbetrieblichen Ausbildung eine Dekorationsschleife gefertigt.

Diese besteht aus zwei Teilen, dem oberen Schleifen- Auswahl und dem unteren Schleifen- Auswahl.

Diese beiden Teile stehen im Verhältnis **3:5** zueinander.

Schauen Sie sich die folgende Skizze an.



Quelle: HWK Dresden, Frau Schmidt

Lesen Sie die Breite der Gesamtschleife (Minor) ab:

? cm

Berechnen Sie die Gesamtlänge der Schleife unter Beachtung des Verhältnisses 3 : 5.

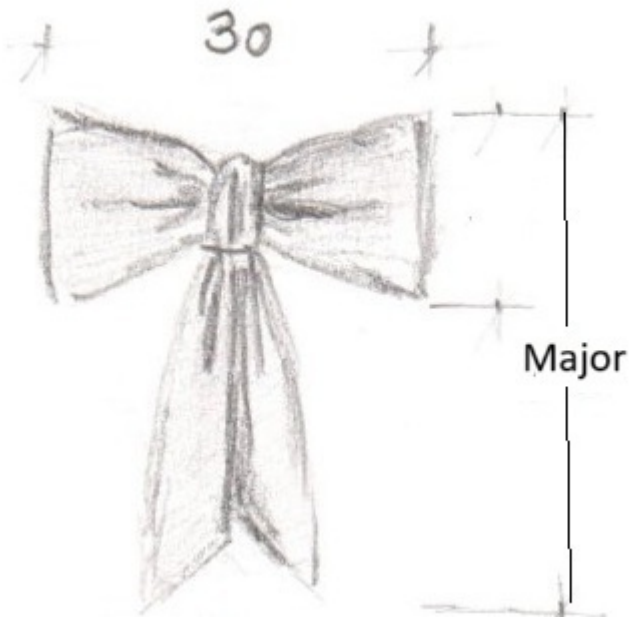

Berechnung:

33 Teile (**Minor**) = ? cmcm = Schleifenbreite

11 Teil = ? cmcm

55 Teile (**Major**) = ? cmcm = Gesamtlänge der Schleife

Berechnen Sie die Höhe des Schleifenkörpers unter Beachtung des Verhältnisses 3 : 5.

Tipp: In der vorherigen Aufgabe entsprach die Breite des Schleifenkörpers der Minor-Strecke, um daraus die Gesamtlänge des Schleifenbands (Major) zu berechnen. Jetzt ist die Höhe des Schleifenkörpers gesucht und die Breite des Schleifenkörpers stellt die Major-Strecke dar.

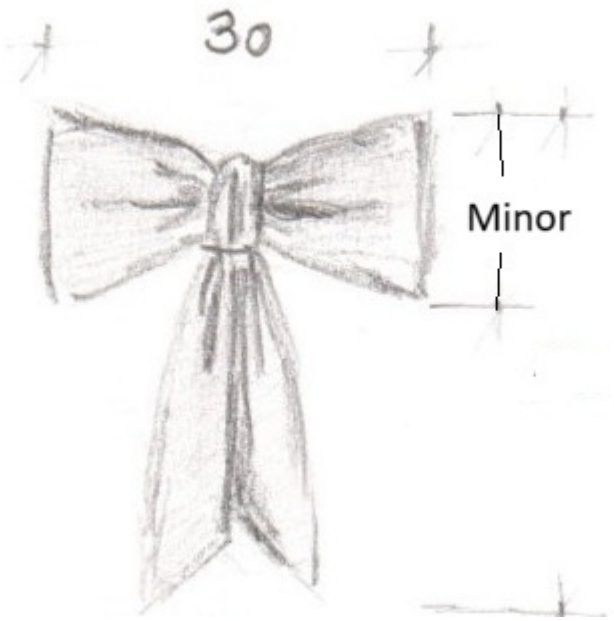

Berechnung:

55 Teile (**Major**) = ? cmcm = Schleifenbreite

11 Teil = ? cmcm

33 Teile (**Minor**) = ? cmcm = Höhe des Schleifenkörpers

🎁 Goldener Schnitt - Beispielrechnung 5 : 8

Eine Gardine soll gerafft werden. Die beiden Schals sind so übereinander zu dekorieren, dass der mittlere (überdeckte) Abschnitt der Dekoration (**Minor**) **1,55 m** misst.

Es wird von einem Verhältnis **5:8** ausgegangen.

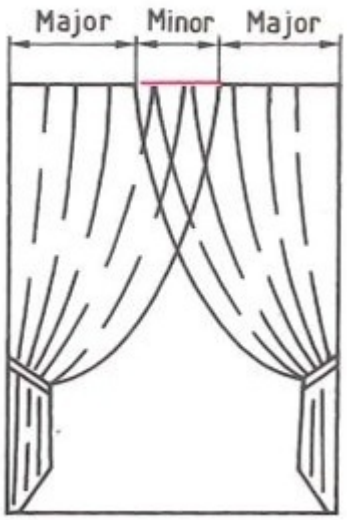

Wie breit sind die beiden größeren, nicht überlappenden Schals (**Major**)?

Wie breit ist die Gardine **insgesamt**?

Berechnung:

- 5**5 Teile** (**Minor**) == 1, 551, 55 mm = Überlappung der Gardinen
- 11 Teil == 0, 310, 31 mm
- 8**8 Teile** (**Major gesamt**) == 2, 482, 48 mm = Gesamtbreite links und rechts zusammen
- 4**4 Teile** (**hälftiger Major**) == 1, 241, 24 mm = je Gardinenbreite links und rechts einzeln
- **Gesamtbreite der Gardine** == 1, 24**1, 24** mm ++ 1, 55**1, 55** mm ++ 1, 24**1, 24** mm == 4, 03**4, 03** mm

✏️✏️ Falls Sie noch einmal üben wollen: Hier können Sie eine weitere Dekorationsschleife berechnen



Aufgabe 1: Berechnen Sie die Länge der Gesamtschleife nn. Das Verhältnis beträgt 5 : 8.

Der MinorMinor (= Schleifenbreite) beträgt Auswahl **Teile**.

11 TeilTeil == ? cmcm

Der MajorMajor n**n** (=Schleifenlänge) beträgt ? cmcm.

Aufgabe 2: Berechnen Sie die Höhe Des Schleifenkörpers mm. Das Verhältnis beträgt 5 : 8.

Der MajorMajor (= Schleifenbreite) beträgt Auswahl Teile.

11 TeilTeil == ? cmcm

Der SchleifenkörperSchleifenko¨rper mm ist ? cmcm hoch.

Viel Spaß beim Üben!